اختبار الفصل الثاني في الرياضيات للأقسام 1م1 - 1م2 - 1م3

المدة : ساعتان (2 h)

التمرين الأول: (3,5 ن)

الآلة الحاسبة ممنوعة

(1) أجب بصحيح أو خاطئ مع التعليل :

« المساواة $97 = 11 \times 8 + 9$ تعبر عن القسمة الإقليدية للعدد 97 على العدد 8. »

(2) انقل و أتمم الجدول التالي :

حاصل القسمة	القيمة المقربة إلى الوحدة		المدور إلى الوحدة
	بالنقصان	بالزيادة	
$138,7 \div 5 = 27,74$			

(3) ضع مكان النجمة الرقم المناسب :

- العدد $\boxed{53\star}$ من مضاعفات 10.
- العدد $\boxed{9\star8}$ يقبل القسمة على 9.

التمرين الثاني: (2,5 ن)

قطعة قماش مستطيلة الشكل، محيطها 10 m و عرضها 2 m.

(1) احسب طول قطعة القماس.

(2) احسب مساحتها.

التمرين الثالث: (2 ن)

ABC مثلث قائم في A بحيث $AB = 5\,\text{cm}$ و $AC = 4\,\text{cm}$.

(1) أُرسم الشكل بكل عناية.

(2) احسب مساحة المثلث ABC.

التمرين الرابع: (4 ن)

الشكل المقابل مرسوم باليد الحرة. النقط A ، O و E في استقامية.

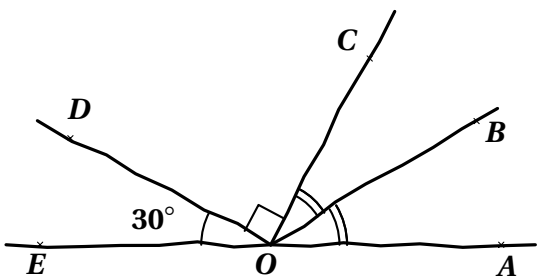

(1) ماذا يمثل $[OB)$ بالنسبة للزاوية $\widehat{AOC}$ ؟ علل.

(2) أنجز مثيلا للشكل مع إنشاء $[OB)$ بالمدور.

(3) احسب قيس الزاوية $\widehat{AOB}$.

www.dzexams.com

الوضعية الإدماجية: (8 ن)

و أنت تتصفح مجموعتك المفضلة على منصة الفايسبوك ، صادفت المنشور الآتي.

عثمان حسن ➤ أبطال السنة الأولى
22 مارس 2022 ، 07:45

السلام عليكم و رحمة الله.
بحاجة إلى مساعدتكم لمعرفة إن كان مبلغ 14 750DA يكفيني لإنجاز هذه الأعمال.
شكرا جزيلا.

أريد حرث أرضي (بدون المنزل ☺) الممثلة بالشكل المقابل و إحاطتها بأشجار مثمرة بحيث أترك مسافة 5 m بين كل شجرتين متجاورتين.

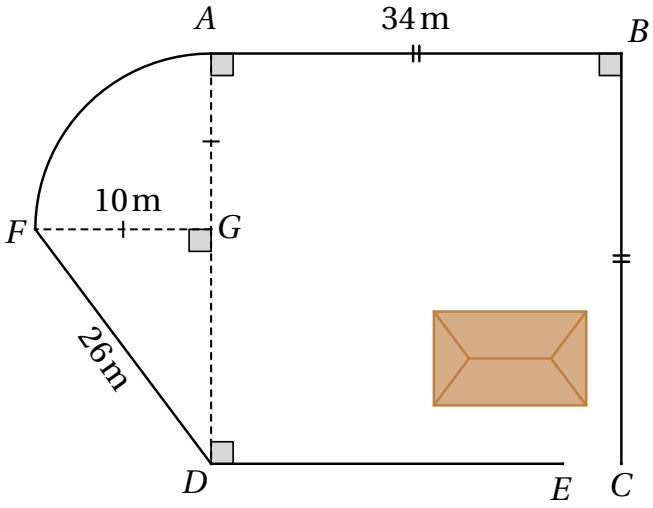

الجزء $ABCD$ مربع طول ضلعه $AB = 34\,\text{m}$،
فيه مدخل (باب) عرضه $EC = 5\,\text{m}$.

- المساحة اللازم حرثها هي $1\,204,5\,\text{m}^2$.
- يستغرق الفلاح 1 h لحرث $100\,\text{m}^2$.
- تكلفة الساعة الواحدة من الحرث هي 1 000DA.
- ثمن الشجيرة الواحدة هو 100DA.

18 16 تعليقا 9 مشاركات

إعجاب تعليق مشاركة

محمد بن موسى الخوارزمي منذ 7د
لحساب تكلفة الحرث، نبدأ بحساب المدة اللازمة لحرث الأرض.
إعجاب 9 رد

عمر الخيام منذ 5د
لحساب عدد الشجيرات اللازمة، نحسب أولا محيط الأرض ☺.
إعجاب 7 رد

نصير الدين الطوسي منذ 1د
لا تنسَ أن $\pi \approx 3,14$ ☺.
إعجاب 2 رد

☜ بدورك، ساعد العم عثمان في تحديد إن كان المبلغ كافيا.

⚠ تأكّد من أنك لم تَنْسَ سؤالا أو تمرينا قبل تسليم الورقة !

www.dzexams.com

- **تُثمّن كل الحلول الصحيحة غير الواردة في هذا التصحيح النموذجي.**
- **في حالة ما إذا اختصر التلميذ حله دون إهمال الخطوات الأساسية، تُعطى له علامة السؤال كاملة.**

التمرين الأول : (3,5 ن)

(1) المساواة $97 = 11 \times 8 + 9$ **لا** تعبر عن القسمة الإقليدية للعدد **97** على العدد **8** لأن **الباقي (9) أكبر من المقسوم عليه (8).** 1ن

(2) إتمام الجدول. 1,5ن

حاصل القسمة	القيمة المقربة إلى الوحدة		المدور إلى الوحدة
	بالنقصان	بالزيادة	
$138,7 \div 5 = 27,74$	**27**	**28**	**28**

(3) • العدد $\boxed{53\star}$ من مضاعفات 10 معناه رقم آحاده هو 0 إذن $\boxed{\star = 0}$. 0,5ن

• العدد $\boxed{9\star8}$ يقبل القسمة على 9 معناه مجموع أرقامه من مضاعفات 9 إذن $\boxed{\star = 1}$. 0,5ن

التمرين الثاني : (2,5 ن)

(1) نصف محيط قطعة القماش هو $\boxed{5\,\text{m}}$. $10 \div 2 = 5$ 0,75ن

و بالتالي طولها هو $\boxed{3\,\text{m}}$. $5 - 2 = 3$ 0,75ن

(2) مساحتها هي $\boxed{6\,\text{m}^2}$. $3 \times 2 = 6$ 1ن

التمرين الثالث : (2 ن)

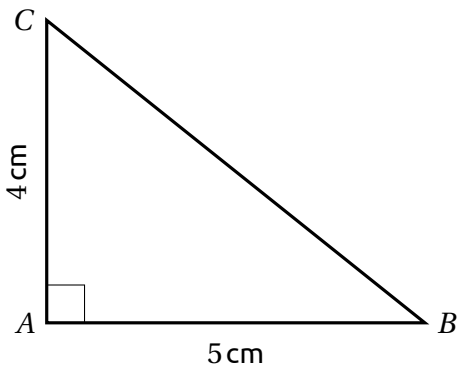

(1) رسم الشكل. 1ن

(2) مساحة المثلث ABC هي $\boxed{10\,\text{cm}^2}$. 1ن

$$\mathscr{S}_{ABC} = \frac{AB \times AC}{2} = \frac{5 \times 4}{2} = \frac{20}{2} = 10$$

التمرين الرابع : (04 ن)

(1) $[OB)$ هو منصف الزاوية $\widehat{AOC}$ لأن $\widehat{AOB} = \widehat{BOC}$. (1ن)

(2) إنجاز مثيل للشكل.. (1,5ن)

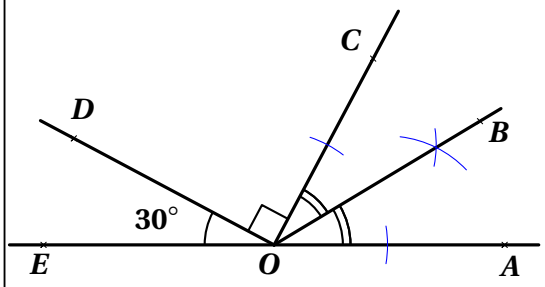

(3) حساب قيس الزاوية $\widehat{AOB}$:

بما أن النقط A ؛ O و E في استقامية فإن $\widehat{AOE} = 180°$.

$\widehat{EOC} = \widehat{EOD} + \widehat{DOC} = 30° + 90° = 120°$ (0,5ن)

$\widehat{AOC} = \widehat{AOE} - \widehat{EOC} = 180° - 120° = 60°$ (0,5ن)

$\widehat{AOB} = \widehat{AOC} \div 2 = 60° \div 2 = \boxed{30°}$ (0,5ن)

© 2021–2022

الوضعية الإدماجية : (08 ن)

- المدة اللازمة لحرث الأرض هي $\boxed{12,045\,\text{h}}$. $1204,5 \div 100 = 12,045$ — 1ن
- تكلفة الحرث هي $\boxed{12045\text{DA}}$. $12,045 \times 1000 = 12045$ — 1ن
- محيط الأرض هو $\boxed{138,7\,\text{m}}$. — 2ن

$$\mathscr{P} \approx 3 \times 34 + 26 - 5 + (2 \times 3,14 \times 10) \div 4 \approx 102 + 21 + 31,4 \div 2 \approx 123 + 15,7 \approx 138,7$$

$$\begin{array}{r} 34 \\ \times\ 3 \\ \hline 102 \end{array} \qquad \begin{array}{r} 26 \\ -\ 5 \\ \hline 21 \end{array} \qquad \begin{array}{r} 102 \\ +\ 21 \\ \hline 123 \end{array} \qquad \begin{array}{r|l} 31,4 & 2 \\ \cline{2-2} 11 & 15,7 \\ 14 & \\ 0 & \end{array} \qquad \begin{array}{r} 123,0 \\ +\ 015,7 \\ \hline 138,7 \end{array}$$

- عدد الشجيرات اللازمة هو $\boxed{27 \text{ شجيرة}}$. — 1ن

$$\begin{array}{r|l} 138,7 & 5 \\ \cline{2-2} 38 & 27,74 \\ 37 & \\ 20 & \\ 0 & \end{array}$$

- تكلفة الشجيرات هي $\boxed{2700\text{DA}}$. $27 \times 100 = 2700$ — 0,5ن
- التكلفة الإجمالية هي $\boxed{14745}$. — 1ن

$$\begin{array}{r} 12045 \\ +\ 2700 \\ \hline 14745 \end{array}$$

- الإجابة عن السؤال : بما $14750 > 14745$ فإن المبلغ الذي مع العم عثمان كافٍ لإنجاز هذه الأعمال. — 0,5ن

الانسجام : معقولية النتائج، الوحدات، ... . — 0,5ن

تقديم الورقة : عدم الشطب، مقروئية الخط، بروز النتائج النهائية. . . . . — 0,5ن

© 2021–2022