متوسطة المنطقة الشرقية - بريكة
المستوى: الأول متوسط

السنة الدراسية: 2025/2024
المدة: ساعة ونصف

الوقفة التقويمية الثانية للثلاثي الثاني في مادة الرياضيات

ملاحظة: - يُمنع استعمال الآلة الحاسبة واستعارة الأدوات أثناء الاختبار.
- تُمنح نقطة واحدة على وجاهة وتنظيم الورقة.

الجزء الأول: (12 نقطة)

التمرين الأول: (03 نقاط)

1) انجز القسمة الاقليدية للعدد 682 على 8 عموديا ثم أكتب المساوات التي تعبر عن هاته القسمة.
2) انجز القسمة العشرية للعدد 94.8 على 8 عموديا
3) انقل وأكمل الجدول التالي:

المدور إلى الوحدة	القيمة المقربة للوحدة		الحاصل
	بالزيادة	بالنقصان	
.....	.....	.....	$94.8 \div 8$

التمرين الثاني: (03 نقاط)

1) انقل واكمل الجدول التالي:

العدد	يقبل القسمة على				
	2	3	4	5	9
2862					
180					
990					

2) أعد رسم نصف المستقيم المدرج وعلم عليه النقط $A(\frac{6}{6})$ ، $B\left(\frac{13}{6}\right)$ ، $C(2+\frac{3}{6})$

التمرين الثالث: (03 نقاط)

1) احسب ما يلي:

$$\frac{6}{10}\times\frac{3}{10} \quad ، \quad \frac{2}{10}+\frac{5}{100} \quad ، \quad \frac{17}{10}-\frac{6}{10}$$

2) اكتب كل كسر من الكسور التالية على شكل كسر غير قابل للاختزال

$$\frac{50}{15} \; ، \; \frac{64}{22} \; ، \; \frac{81}{66}$$

التمرين الرابع: (03 نقاط)

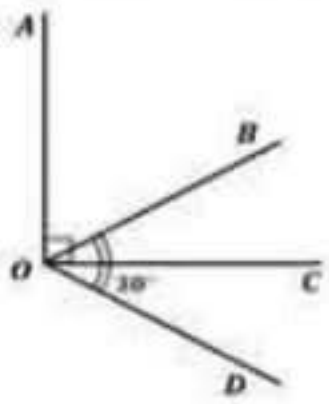

1) احسب قيس كل من: $\widehat{AOB}$ ، $\widehat{AOD}$
2) ما نوع كل من الزاويتان: $\widehat{COD}$ و $\widehat{AOD}$ ؟ برر.
3) هل الضلع $[OC)$ منصف الزاوية $\widehat{BOD}$ ولماذا؟

www.dzexams.com

الجزء الثاني: (07 نقاط)

الوضعية:

➢ استفاد فلاح من قطعة أرض (القطعة ① مربع ، القطعة ② مستطيل) في إطار استصلاح الأراضي الفلاحية

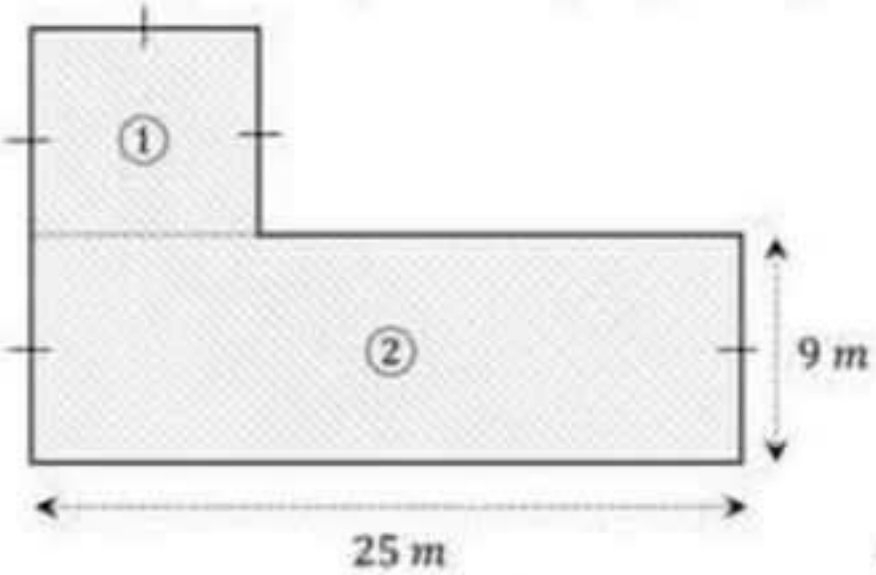

1) احسب مساحة قطعة الأرض.

➢ يريد الفلاح إحاطة أرضه بسياج مع ترك مدخل قدره $5\ m$.

2) احسب طول هذا السياج.

3) احسب تكلفة السياج إذا علمت ان سعر المتر الواحد من السياج هو $300\ DA$.

www.dzexams.com

شبكة التصحيح

شبكة التقويم	
درجة التحكم	العلامة

حل التمرين الأول:

1) انجاز القسمة الاقليدية للعدد 682 على 8 عموديا — 1ن

$$\begin{array}{r|l} 682 & 8 \\ \hline -64 & 85 \\ 042 & \\ -40 & \\ 02 & \end{array}$$

2) انجاز القسمة العشرية للعدد 94.8 على 8 عموديا — 1ن

$$\begin{array}{r|l} 94.8 & 8 \\ \hline -8 & 11.85 \\ 14 & \\ -8 & \\ 68 & \\ -64 & \\ 40 & \\ -40 & \\ 00 & \end{array}$$

المساوات التي تعبر عن هاته القسمة:

$682 = 85 \times 8 + 2$

3) اكمال الجدول التالي: — 1ن

المدور إلى الوحدة	القيمة المقربة للوحدة		الحاصل
	بالزيادة	بالنقصان	
12	12	11	11.85

3ن

حل التمرين الثاني:

1) اكمال الجدول التالي: — 1.5ن

العدد	2	3	4	5	9
	يقبل القسمة على				
2862	X	X			X
180	X	X	X	X	X
990	X	X		X	X

2) رسم نصف المستقيم المدرج وتعليم النقط عليه $A(\frac{6}{6})$ ، $B\left(\frac{13}{6}\right)$ ، $C(2+\frac{3}{6})$ — 1.5ن

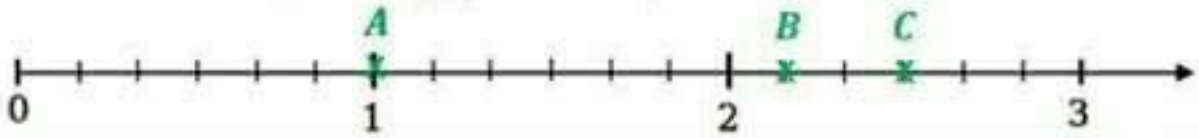

3ن

حل التمرين الثالث:

1) حساب ما يلي: — 1.5ن

$$\frac{6}{10} \times \frac{3}{10} = \frac{6 \times 3}{10 \times 10} = \frac{18}{100}$$

$$\frac{2}{10} + \frac{5}{100} = \frac{2 \times 10}{10 \times 10} + \frac{5}{100} = \frac{20}{100} + \frac{5}{100} = \frac{20+5}{100} = \frac{25}{100}$$

$$\frac{17}{10} - \frac{6}{10} = \frac{17-6}{10} = \frac{11}{10}$$

2) كتابة كل كسر من الكسور التالية على شكل كسر غير قابل للاختزال — 1.5ن

$$\frac{81}{66} = \frac{64 \div 3}{22 \div 3} = \frac{27}{22} \qquad \frac{64}{22} = \frac{64 \div 2}{22 \div 2} = \frac{32}{11} \qquad \frac{50}{15} = \frac{50 \div 5}{15 \div 5} = \frac{10}{3}$$

www.dzexams.com

حل التمرين الرابع: 1) حساب قيس كل من: $\widehat{AOB}$ ، $\widehat{AOD}$ $\widehat{AOB} = \widehat{AOC} - \widehat{BOC}$ $\widehat{AOB} = 90° - 30° = 60°$ $\widehat{AOD} = \widehat{AOC} + \widehat{COD}$ $\widehat{AOD} = 90° + 30° = 120°$ 2) ما نوع كل من الزاويتان: $\widehat{COD}$ و $\widehat{AOD}$ ؟ برر. ➢ نوع الزاوية: $\widehat{COD}$ حادة لأنها أقل من $90°$ ➢ نوع الزاوية: $\widehat{AOD}$ منفرجة لأنها أكبر من $90°$ وأقل من $180°$ 3) الضلع $[OC)$ منصف الزاوية $\widehat{BOD}$ لأن : $\widehat{BOC} = \widehat{COD}$	1ن 1ن 1ن	3ن
الجزء الثاني: حل المسألة: 1) حساب مساحة الأرض: ➢ حساب مساحة الأرض المربعة: $S_1 = 9 \times 9 = 81\ m^2$ ➢ حساب مساحة الأرض المستطيلة: $S_2 = 25 \times 9 = 225\ m^2$ ➢ استنتاج مساحة قطعة الأرض الكلية: $S = S_1 + S_2 = 81 + 225 = 306\ m^2$ 2) حساب طول السياج. ➢ أولا حساب محيط قطعة الأرض: $P = 9 + (25 - 9) + 9 + 9 + 9 + 9 + 25 = 86\ m$ ➢ حساب طول السياج: $P = 86 - 5 = 81\ m$ 3) حساب تكلفة السياج: $81 \times 300 = 24300$ DA ملاحظة: تقبل كل إجابة أخرى صحيحة.	3ن 3ن 1ن	7ن

www.dzexams.com