الجمهورية الجزائرية الديمقراطية الشعبية

وزارة التربية الوطنية — مديرية التربية لولاية تبسة

متوسطة : الشهيد عطية العربي- ص الوسرى - — التاريخ : 04 / 03 / 2024

الإختبـــار الثاني للسنة الأولى متوسط في مادة : الرياضيات — المـــدة : 02 ســـاعـة

الجـــــزء الأول :

التمرين الأول: (04 نقـــــــــــــاط)

1. انجـــز القسمة العشرية للعدد $78,65$ على العدد 5.

✓ اعط لهذا الحاصل:

- القيمة المقربة الى الوحدة بالنقصان
- القيمة المقربة الى الوحدة بالزيادة
- المدور الى الوحدة

2. انقل ثم اكمل الجدول أدناه ضع علامة $(\times)$ في الخانة المناسبة :

	2	3	4	5	9
العدد 9330 يقبل القسمة على :					
العدد 945 يقبل القسمة على :					

التمرين الثاني: (02 نقـــــــــــــاط)

اليك الاعداد A ، B التالية :

$$B = 102,5 + 19,52 + 2,4 \quad , \quad A = 203,705$$

1. اكتب العدد A على شكله النموذجي (المفكوك النموذجي).
2. اعط رتبة مقدار المجموع B.

التمرين الثـالث: (03 نقـــــــــــــاط)

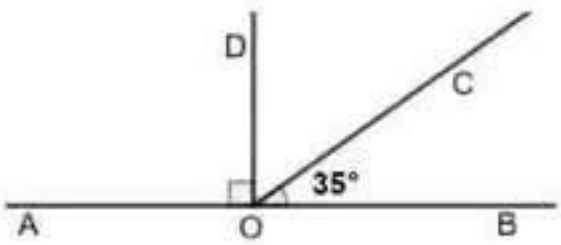

تمعن جيدا في الشكل المقابل حيث A, B و O في استقامية واحدة.

1. اعد رسم الشكل المقابل بالقياسات الحقيقية.
2. احسب قيس الزاويتين $D\hat{O}C$ و $A\hat{O}C$ و اذكر نوعهما.
3. انشئ منصف الزاوية $D\hat{O}C$.

التمرين الرابع: (03 نقـــــــــــــاط)

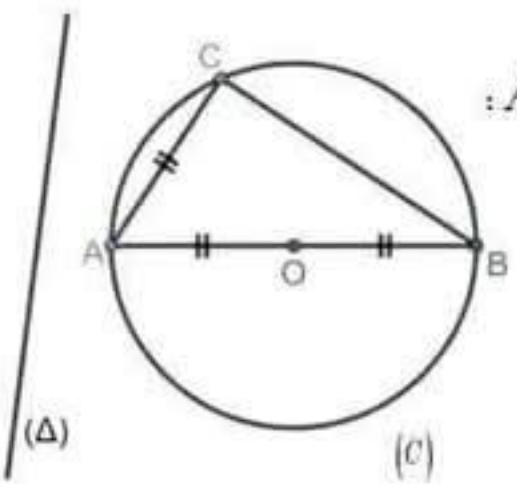

تمعن جيدا في الشكل المقابل حيث (C) دائرة قطرها $[AB]$ و $AB = 6cm$:

1. على ورقة بيضاء، ارسم مثيلا للشكل بالابعاد الحقيقية.
2. احسب طول الدائرة (C) نأخذ: $\pi = 3,14$.
3. انشئ نظير الشكل بالنسبة الى المستقيم (Δ).

www.dzexams.com

الجـــــزء الثاني :

الوضعية الإدماجية : (08 نقـــاط)

يعتبر العلم الفلسطيني رمز الأمل العربي في جعل القدس عاصمة عربية، و كتعبير عن مساندة الشعب الجزائري لشقيقه الفلسطيني قرر خياط جزائري أن يخيط علما كبيرا لدولة فلسطين.

الجـــــــــزء الأول: وحدة الطول هي المتر (m)

من أجل خياطة العلم احضر الخياط أربعة قطع من القماش من نفس النوع (حمراء، خضراء، سوداء، بيضاء) و قام بتفصيلها كما في الشكل المقابل حيث ان القطعة السوداء متماثلة مع القطعة الخضراء(وحدة الطول هي المتر ، الشكل مرسوم بأطوال غير حقيقية)

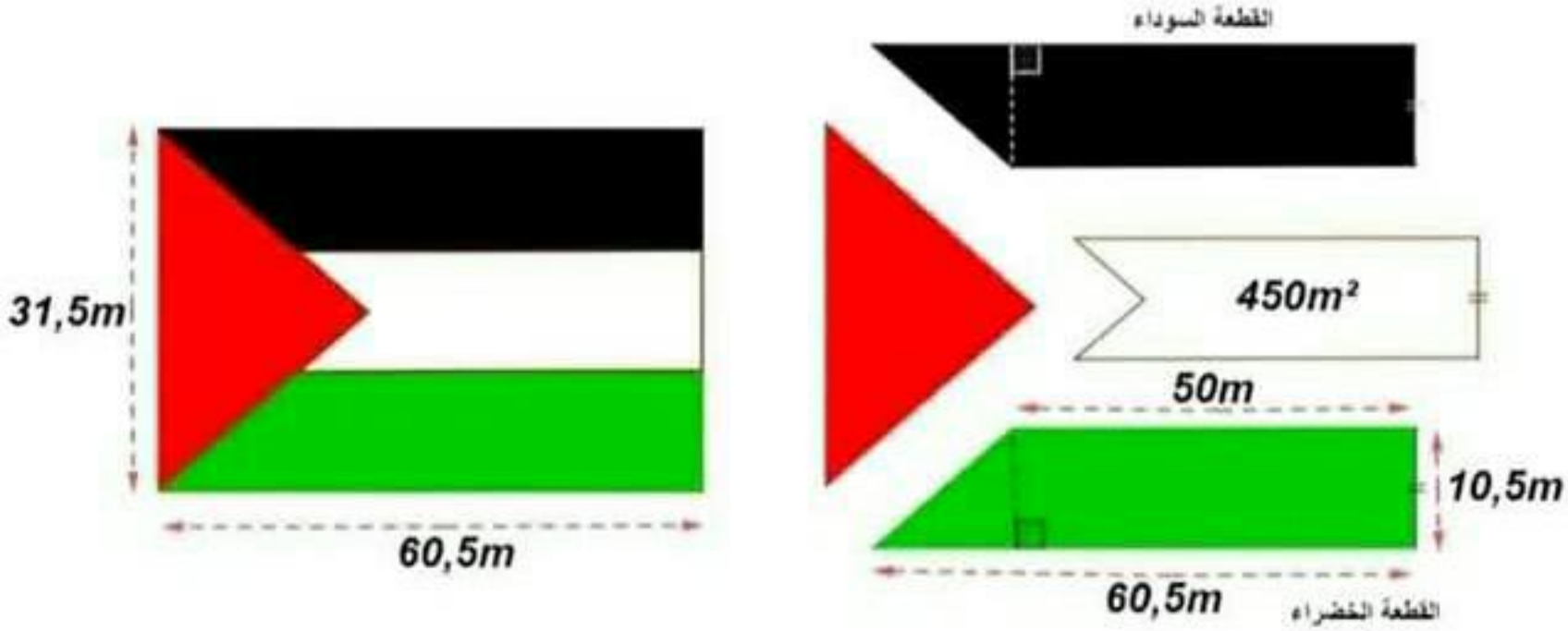

1. احسب مساحة العلم الفسطيني.
2. اوجد مساحة القطعة الحمراء اذا علمت ان مساحة القطعة البيضاء تساوي $450m^2$.

الجـــــــــزء الثـــــــــاني:

في الأونة الأخيرة انتفض الفلسطنيون وقاموا بعملية طوفان الأقصى ومن اجل تحديد تاريخ بداية طوفان الأقصى قال أستاذ الرياضيات أنه عند اجراء عملية القسمة الاقليدية للعدد 157 على العدد 15 سيكون باقي القسمة هو اليوم و سيكون حاصل القسمة هو الشهر من سنة 2023 .

1. ماهو تاريخ بداية طوفان الأقصى .

من أجل إجابة النموذجية
قم بمسح الرمـــز

بالتـــــوفيق

www.dzexams.com

الإجـــابة النموذجية

التنقيط		المـــــــرض
كلية	مجزأة	
04 نقطـــة	01	**حل التمرين الأول: (04 نقـــاط).** 1. انجـــاز القسمة العشرية للعدد 78,65 على العدد 5. 78,65 | 5 5 | 15,73 28 25 03 6 3 5 0 15 15 00
	0,5 × 3	2. اعط لهذا الحاصل: القيمة المقربة الى الوحدة بالنقصان: 15 ؛ القيمة المقربة الى الوحدة بالزيادة: 16 ؛ المدور الى الوحدة: 16 ؛ (15,73)
	0,25 × 6	3. اكمل الجدول بضع علامة (×) في الخانة المناسبة: العدد 9330 يقبل القسمة على: 2 (×)، 3 (×)، 4 ( )، 5 (×)، 9 ( ) العدد 945 يقبل القسمة على: 2 ( )، 3 (×)، 4 ( )، 5 (×)، 9 (×)
02 نقـــاط	01	**حل التمرين الثاني: (02 نقـــاط).** 1. كتابة العدد A على شكله النموذجي (المفكوك النموذجي). $A = 203,705$ $A = (2\times100)+(0\times10)+3+(7\times0.1)+(0\times0.01)+(5\times0.001)$
	01	2. اعطاء رتبة مقدار المجموع B. $B = 102,5 + 19,52 + 2,4$ $\downarrow \quad \downarrow \quad \downarrow$ $B = 100 + 20 + 2$ $\boxed{B = 122}$ ومنه رتبة مقدار المجموع B هي 122.

www.dzexams.com

حل التمرين الثالث: (03 نقاط).

1. رسم الشكل المقابل بالقياسات الحقيقية. — 0,75

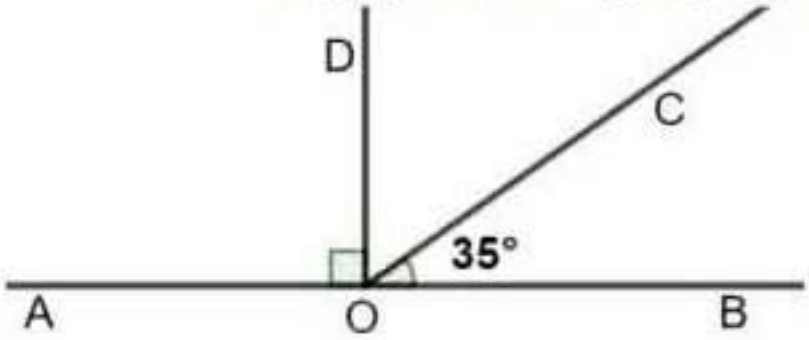

2. حساب قيس الزاويتين $D\hat{O}C$ و $A\hat{O}C$ وذكر نوعهما.

✓ حساب قيس الزاوية $D\hat{O}C$

$D\hat{O}C = D\hat{O}B - B\hat{O}C$ — 0,75

$D\hat{O}C = 90^\circ - 35^\circ \boxed{= 55^\circ}$

الزاوية $D\hat{O}C$ هي زاوية هي زاوية حادة.

✓ حساب قيس الزاوية $D\hat{O}C$

$A\hat{O}C = D\hat{O}A - D\hat{O}$ — 0,75

$A\hat{O}C = 90^\circ + 55^\circ \boxed{= 145^\circ}$

الزاوية $A\hat{O}C$ هي زاوية هي زاوية منفرجة.

3. انشاء منصف الزاوية $D\hat{O}C$. — 0,75

03 نقاط

حل التمرين الرابع: (03 نقاط).

1. على ورقة بيضاء، رسم مثيلا للشكل بالابعاد الحقيقية. — 01

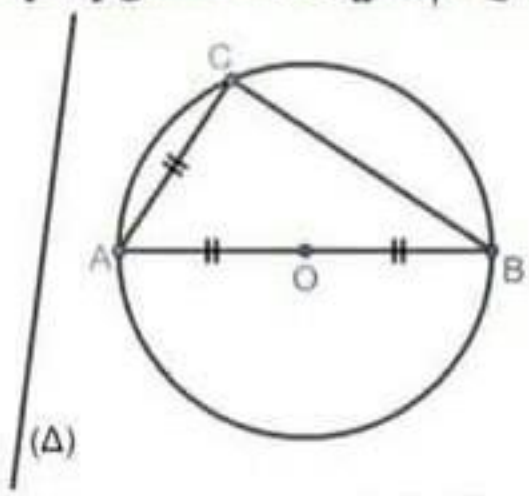

2. حساب طول الدائرة (C) نأخذ: $\pi = 3,14$

$P = D \times \pi$ — 01

$P = 6 \times 3,14 = \boxed{18.84}$

ومنه طول الدائرة هو: $18.84cm$

3. انشاء نظير الشكل بالنسبة الى المستقيم (Δ) — 01

03 نقاط

www.dzexams.com

الوضعية الإدماجية: (08 نقاط).

الجزء الأول:

1. حساب مساحة العلم الفلسطيني

$$S = 60.5 \times 31.5$$

$$\boxed{S = 1905.75}$$

ومنه مساحة العلم الفلسطيني هي: $1905.75m^2$

2. ايجاد مساحة القطعة الحمراء

$$S_1 = S - \left(S_2 + S_3 + S_4\right)$$

حيث: S_1 هي مساحة القطعة الحمراء

S: هي مساحة العلم الفلسطيني(من السؤال السابق $S = 1905.75m^2$)

S_2: هي مساحة القطعة الخضراء. S_3: هي مساحة القطعة السوداء

S_4: هي مساحة القطعة البيضاء وتساوي $450m^2$

- حساب مساحة القطعة الخضراء

الطريقة الأولى

الجزء الأخضر مكون من مستطيل ومثلث قائم، فمساحته هي مجموع مساحتي المستطيل الذي بعداه 50m و10.5m و المثلث القائم.

حساب مساحة المستطيل:

$$a \times b = 50 \times 10.5 = 525$$

حساب مساحة المثلث القائم:

$$\frac{b \times b}{2} = \frac{10,5 \times 10,5}{2} = 55.125$$

المساحة الكلية للجزء الأخضر:

$$S_2 = 525 + 55.125 = 580.125$$

الطريقة الثانية

يمكن إعتبار الجزء الأخضر مستطيلا منقوص منه مثلث قائم ، فمساحته هي مساحة المستطيل الذي طوله 60.5m و عرضه 10.5 m ناقص مساحة المثلث القائم.

حساب مساحة المستطيل:

$$a \times b = 60.5 \times 10.5 = 635.25$$

حساب مساحة المثلث القائم:

$$\frac{b \times b}{2} = \frac{10,5 \times 10,5}{2} = 55.125$$

المساحة الكلية للجزء الأخضر:

$$S_2 = 635.25 - 55.125 = 580.125$$

ومنه مساحة القطعة الخضراء هي: $580.125m^2$

نلاحظ أن الجزءان الأخضر و الأسود لهما نفس المساحة وعليه: $S_3 = 580.125m^2$

وبالتالي:

$$S_1 = 1905.75 - \left(580.125 + 580.125 + 450\right)$$

$$S_1 = 1905.75 - 1610.25$$

$$\boxed{S_1 = 295.5}$$

ومنه مساحة القطعة الحمراء هي: $295.5m^2$

08 نقاط

www.dzexams.com

الجـــــزء الثانـــــي:

1. معرفة تاريخ بداية طوفان الأقصى.

اجراء عملية القسمة الاقليدية للعدد 157 على العدد 15

$$\begin{array}{r|l} 157 & 15 \\ \cline{2-2} -15 & 10 \\ \cline{1-1} 007 & \\ -000 & \\ \cline{1-1} 007 & \end{array}$$

ومنه تاريخ بداية طوفان الأقصى هو السابع من أكتوبر لسنة 2023

www.dzexams.com