الاسم و اللقب:.....

اختبار الفصل الثاني في مادة الرياضيات

التمرين الأول: (3نقاط)

اليك درجات الحرارة المقاسة بالمحرار لبعض الولايات:

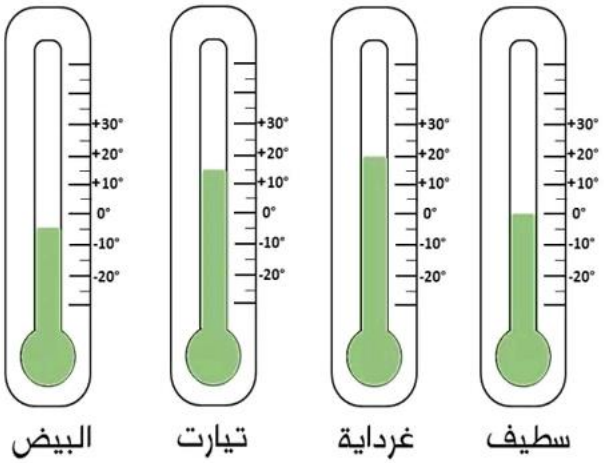

1) اقرأ درجات الحرارة على المحرار ثم أتمم ما يلي:

الولاية	سطيف	غرداية	تيارت	البيض
درجة الحرارة				

2) رتّب تنازليا درجات الحرارة لهذه الولايات.

.....

التمرين الثاني: (3نقاط)

اليك هذا المعلم المتعامد و المتجانس في المستوي:

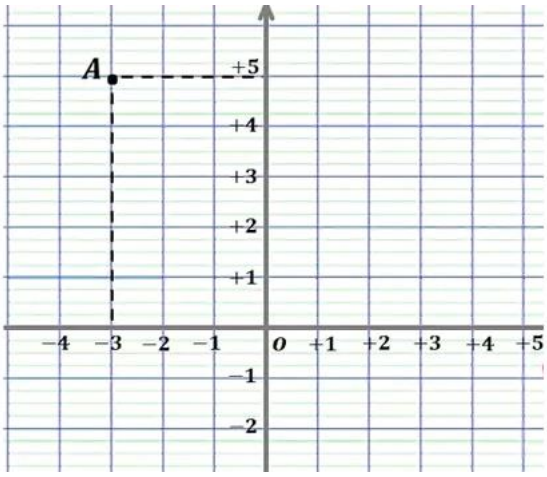

1) أكتب احداثتي النقطة A.....
2) علّم النقطتين: B(3 ;5) و C(-3 ;-1).
3) عيّن النقطة D بحيث يكون الرباعي ABCD مستطيل.
4) ما هما احداثتي النقطة D؟ .....
5) أوجد احداثتي النقطة M نقطة تقاطع قطري المستطيل.

.....

التمرين الثالث: (3نقاط)

للحفاظ على توازي حاملي قطعتي الحديد $[AB]$ و $[ED]$ ثبّت "لحّام الحديد" قطعة جديدة $[BE]$.

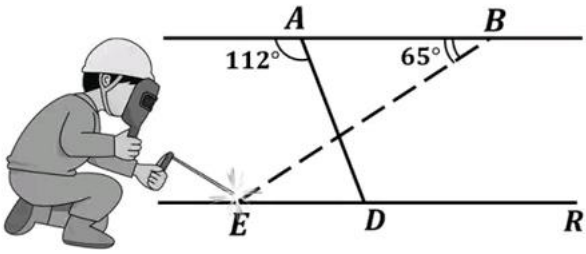

1) ساعد اللحّام لمعرفة قيس الزاوية $\widehat{BED}$ للحفاظ على التوازي . (مع التعليل)
2) استنتج قيس كلّ من الزاويتين: $\widehat{ADR}$ و $\widehat{ADE}$.

.....

.....

.....

.....

www.dzexams.com

التمرين الرابع: (3نقاط)

EFG مثلث حيث:

EG=4cm، FG=3cm، EF=2.5cm.

النقطة M منتصف $[EG]$، النقطة H نظيرة النقطة F بالنسبة الى M.

1) ارسم شكلا يترجم المعطيات.
2) بيّن أن الرباعي EFGH متوازي أضلاع.
3) بيّن أن محيط EFGH يساوي 11cm.

المسألة: (12 نقطة)

اليك المستقيم المدرج التالي (نأخذ تواريخ الأحداث أعداد صحيحة)

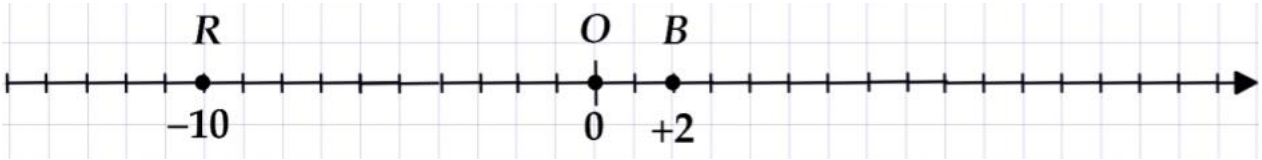

حيث O تمثل هجرة الرسول صلى الله عليه و سلّم، B تمثل غزوة بدر، R بداية الدعوة.

1) مثّل على المستقيم المدرج الأحداث الآتية و ذلك باستعمال النقط و الأعداد المناسبة.

A: غزوة أحد (السنة 3 بعد الهجرة) ، **D**: وفاة الرسول صلى الله عليه و سلّم (السنة 8 بعد الهجرة)

C: نزول الوحي (السنة 13 قبل الهجرة) ، **E**: فتح مكة المكرّمة (السنة 8 بعد الهجرة)

2) اعتمادا على المستقيم المدرج أعلاه، أجب عمّا يلي:
- في أي سنة وقعت غزوة بدر؟ .....
- في أي سنة بدأت الدعوة ؟ .....

3) أحسب CE عدد السنوات الهجرية بين نزول الوحي و فتح مكة مبينا طريقة الحساب.

.....

.....

4) رتّب جميع تواريخ الأحداث ترتيبا تصاعديا (باستعمال الأعداد الموافقة لها).

.....

بالتوفيق

الأستاذ غانم.ا

www.dzexams.com