متـوسطة حباس محمد ع.الدفلى | المستـوى : الثانيـة متـوسـط | المـدة : 2 ساعة

اختبار الفصل الثالث في مادة الرياضيات

التمرين الأول:

حديقة مربعة الشكل طول ضلعها على التصميم : $5\ cm$ بسلم $\frac{1}{300}$

- احسب المحيط الحقيقي للحديقة بـ cm ثم m .

التمرين الثاني:

- يبيع أحمد في سوق الفواكه البرتقال بسعر $160\ DA$ للكيلوغرام إلا صديق له باعه إياه بسعر أقل كما يبين الجدول :

الوزن (Kg)	4.5	3	6	5	3.5
السعر (DA)	720	480	960	700	560

ما هو الوزن و السعر الذي باع به البرتقال لصديقه ؟ وهل هذا الجدول جدول تناسبية ؟ برر .

التمرين الثالث:

- أنشئ المثلث EFG حيث :

$$EF = 6.5\ cm \quad ، \quad \widehat{GEF} = 35° \quad ، \quad \widehat{GFE} = 55°$$

- احسب قيس الزاوية $\widehat{EGF}$ ثم استنتج نوع المثلث EGF .

التمرين الرابع:

- ABC مثلث قائم في A حيث : $BC = 5\ cm$ ، $AB = 4\ cm$ ، $AC = 3\ cm$

1/ أنشئ الشكل .

2/ احسب مساحـة المثلث ABC .

3/ أنشئ الدائرة المحيطة بالمثلث ABC ثم أحسب مساحة القرص (نأخذ $\pi = 3.14$) .

4/ أنشئ B' نظيرة B بالنسبة الى A ثم C' نظيرة C بالنسبة الى A .

5/ مـا نـوع الربـاعي $BCB'C'$ ؟ علل .

اقلب الورقة

www.dzexams.com

الوضعية الإدماجية :

- قام أستاذ الرياضة بحساب عدد الدورات لفوج من التلاميذ حول الساحة خلال مدة معينة كما يبين الجدول :

عدد الدورات	2	3	4	5	المجموع
عدد التلاميذ	5	7	10	....	25
الزوايا	...	...	...	...	360°

1/ ما هو عدد التلاميذ الذين قاموا بـ 5 دورات ؟

2/ انقل ثم اتمم الجدول .

3/ مثل معطيات الجدول في مخطط دائري .

- ترشح 20% من تلاميذ هذا القسم للمشاركة في مسابقة للجري بين المؤسسات

4/ أحسب عدد التلاميذ الغير مرشحين للمسابقة .

إعداد الأستاذ : بن داودي علي

www.dzexams.com

تاريخ الاختبار : ... / 05 / 2023

تصحيح الإختبار الثالث

تاريخ التصحيح : ..../ 05 / 2023

المـــــادة : ريـــاضيـــات

المستوى: السنة الثانية متوسط

الحـــــــــــــل النمـــــــــــــوذجي	العلامة مجزأة	العلامة مجملة
تمرين 1 : 1/ حساب المحيط الحقيقي : أولا : حساب طول الضلع الحقيقي : $5 \times 300 = 1500$ ومنه المحيط الحقيقي للحديقة : $P = 1500 \times 4 = 6000\ cm$ 2/ المحيط بالمتر : $\boxed{P = 60\ m}$	0.5 0.5 0.5 0.5 0.5	1 1 0.5
تمرين 2 : 1/ وزن وسعر الذي باع به البرتقال لصديقه : -نحسب: $\frac{720}{4.5} = 160$ ، $\frac{480}{3} = 160$ ، $\frac{960}{6} = 160$ ، $\boxed{\frac{700}{5} = 140}$ ، $\frac{560}{3.5} = 160$ ومنه السعر الذي باعه به البرتقال لصديقه $140\ DA$ بوزن $5\ kg$ 2/ الجدول ليس جدول تناسبية لان السعر غير متناسب مع الوزن أي : $\frac{700}{5} \neq 160$	0.25 0.25 0.25 0.25 0.5 0.5 0.5	1 1 0.5
تمرين 3: -حساب قيس $\widehat{EGF}$: $\widehat{EGF} = 180 - (55 + 35) = 90°$ ومنه المثلث EGF مثلث قائم ف ي G 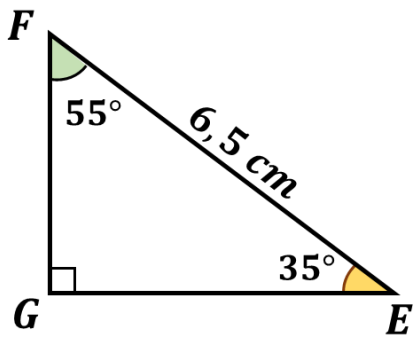 	0.5 0.5 0.5 0.5 0.25 0.25	2 1
التمرين 4: 1/ مساحة المثلث ABC : $S = \frac{AC \times AB}{2} = \frac{3 \times 4}{2} = 6\ cm$ 2/ مساحة القرص : $S_2 = \pi \times OB^2 = 3.14 \times 2.5 \times 2.5$ $S = 19.625\ cm^2$ 3/ نوع الرباعي $BCB'C'$: بما أن B' ، C' نظيرتي B ، C بالنسبة لـ A فإن القطران $[CC']$ و $[BB']$ متناصفان و $(CC') \perp (BB')$ لان المثلث ABC قائم وعليه الرباعي $BCB'C'$ معين . 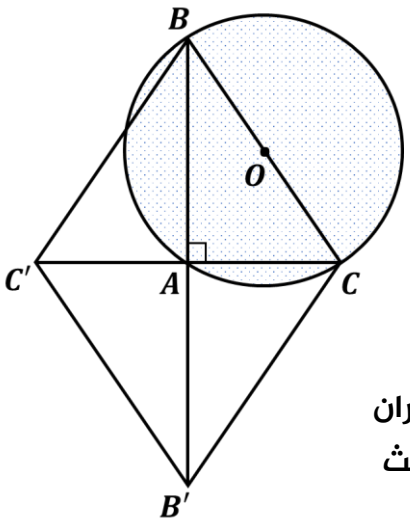 	0.5 0.5 0.5 0.5 0.5 0.5 0.5 0.5	2 1 1

www.dzexams.com

الوضعية :

1/ عدد التلاميذ الذين قاموا بـ 5 دورات : 1

$$25-(5+7+10)=3$$

0.5
0.5

2/ إتمام الجدول : 2

عدد الدورات	2	3	4	5	المجموع
عدد التلاميذ	5	7	10	3	25
الزوايا	72	100.8	144	43.2	360°

0.5
0.5
0.5
0.5

2/ تمثيل الجدول بمخطط دائري : 1

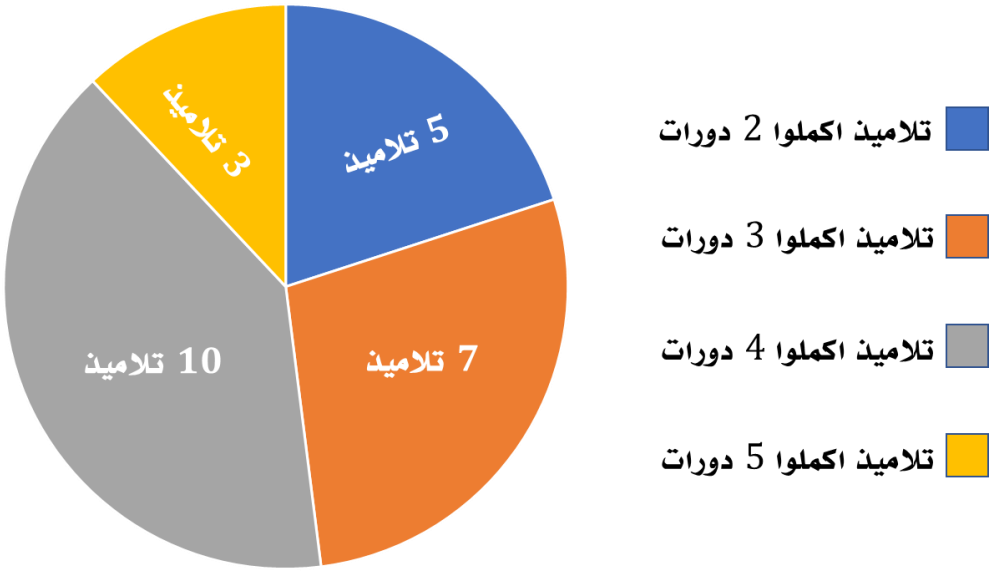

0.5
0.5

3/ حساب عدد التلاميذ الغير مرشحين للمسابقة : 1

نحسب عدد المرشحين :

25	100
x	20

0.5
0.5

$$x=\frac{20\times25}{100}=5$$

ومنه عدد الغير المرشحين هو : $25-5=\boxed{20}$

0.5
0.5

طريقة أخرى :

نحسب نسبة الغير المرشحين : $100-20=80\%$

ومنه عدد الغير مرشحين :

25	100
x	80

$$x=\frac{80\times25}{100}=20$$

2

أستاذ الرياضيات
بن داودي علي

التنظيم +1

صفحتنا على الفيس بوك : بن داودي علي

قناتنا على اليوتيوب : بن داودي علي للرياضيات

www.dzexams.com